Aviso de confidencialidade: conteúdo de propriedade intelectual do Poliedro Educação e suas unidades de negócios.
Não deve ser copiado, compartilhado ou reproduzido sem o consentimento e autorização formal do Poliedro.

Aviso de confidencialidade: conteúdo de propriedade intelectual do Poliedro Educação e suas unidades de negócios.
Não deve ser copiado, compartilhado ou reproduzido sem o consentimento e autorização formal do Poliedro.

Aviso de confidencialidade: conteúdo de propriedade intelectual do Poliedro Educação e suas unidades de negócios.
Não deve ser copiado, compartilhado ou reproduzido sem o consentimento e autorização formal do Poliedro.

Poliedro
Curso

Aviso de confidencialidade: conteúdo de propriedade intelectual do Poliedro Educação e suas unidades de negócios.
Não deve ser copiado, compartilhado ou reproduzido sem o consentimento e autorização formal do Poliedro.

Poliedro
Curso

Aula 2 – Localização Espacial

Profª Cris – Geografia

Aviso de confidencialidade: conteúdo de propriedade intelectual do Poliedro Educação e suas unidades de negócios.
Não deve ser copiado, compartilhado ou reproduzido sem o consentimento e autorização formal do Poliedro.

Longitude

GMT / UTC

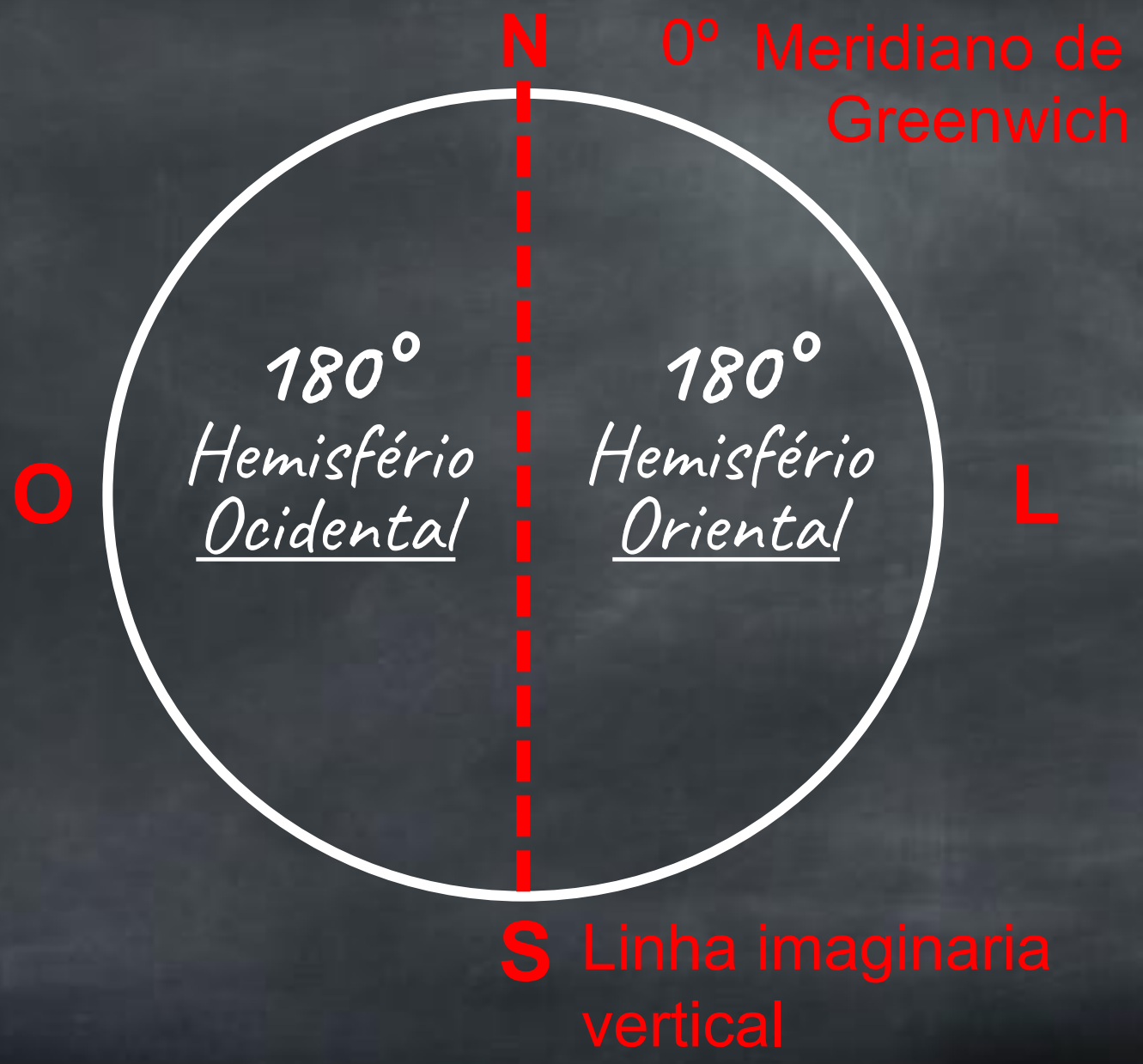

Poliedro Curso

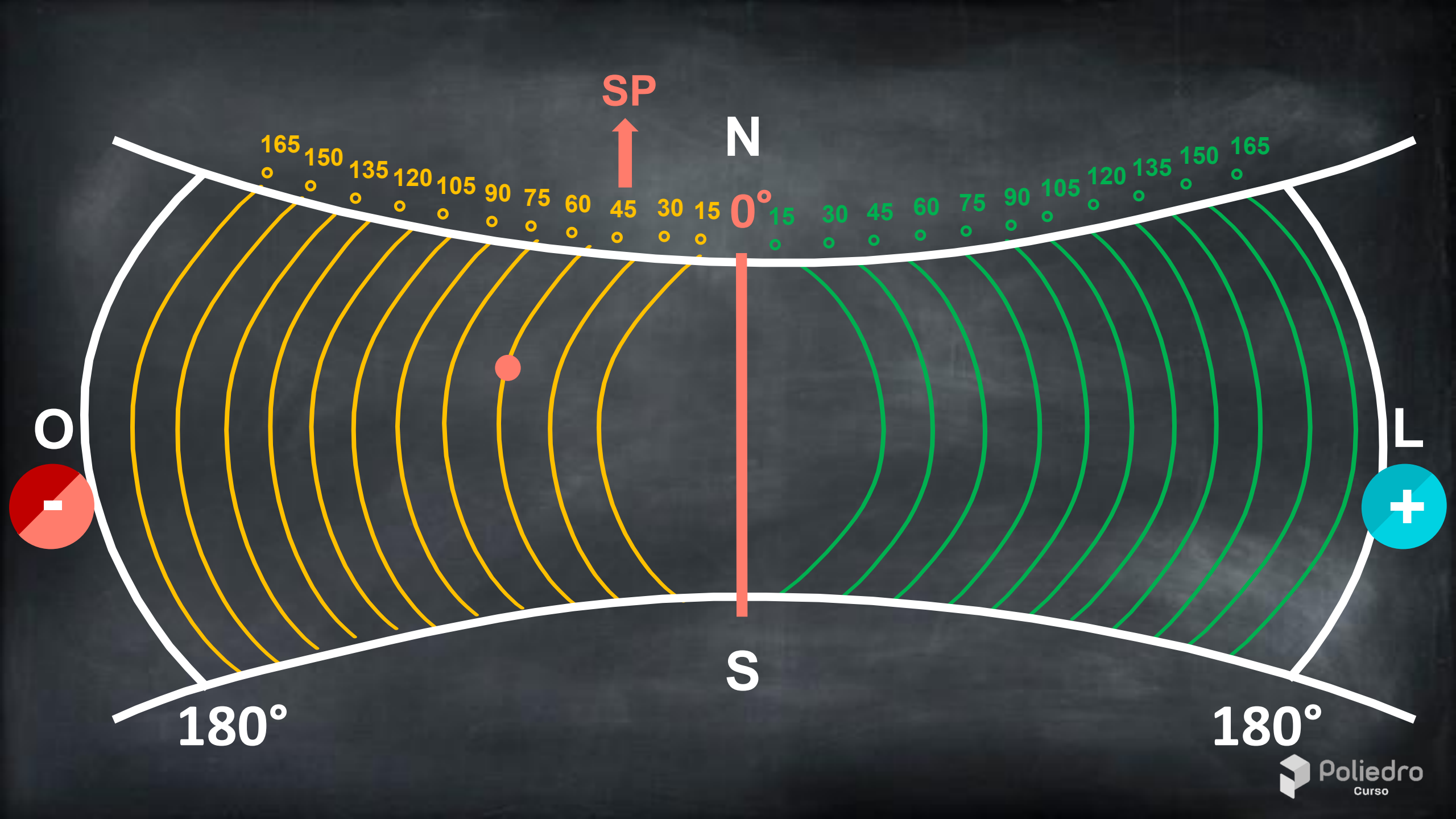
SP
N
165
150
135
120
105
90
75
60
45
30
15
0°
15
30
45
60
75
90
105
120
135
150
165
O
L
-
+
S
180°
180°
Poliedro
Curso

Fusos horários organizados a partir de 10 DE NOVEMBRO DE 2013

Complete

01

HOJE TEMOS A SEGUINTE UTILIZAÇÃO:

- 30° O - utilizado apenas em Fernando de Noronha
- 45° O - é o fuso mais utilizado no país por isso conhecido como "hora oficial", é adotado por todo o Sul, Sudeste, Nordeste, DF, GO, PA, AP e TO
- 60° O, adotado pelo MS, MT, RO, RR e maior parte em AM
- 75° O, é o último fuso, adotado pelo AC e Oeste AM

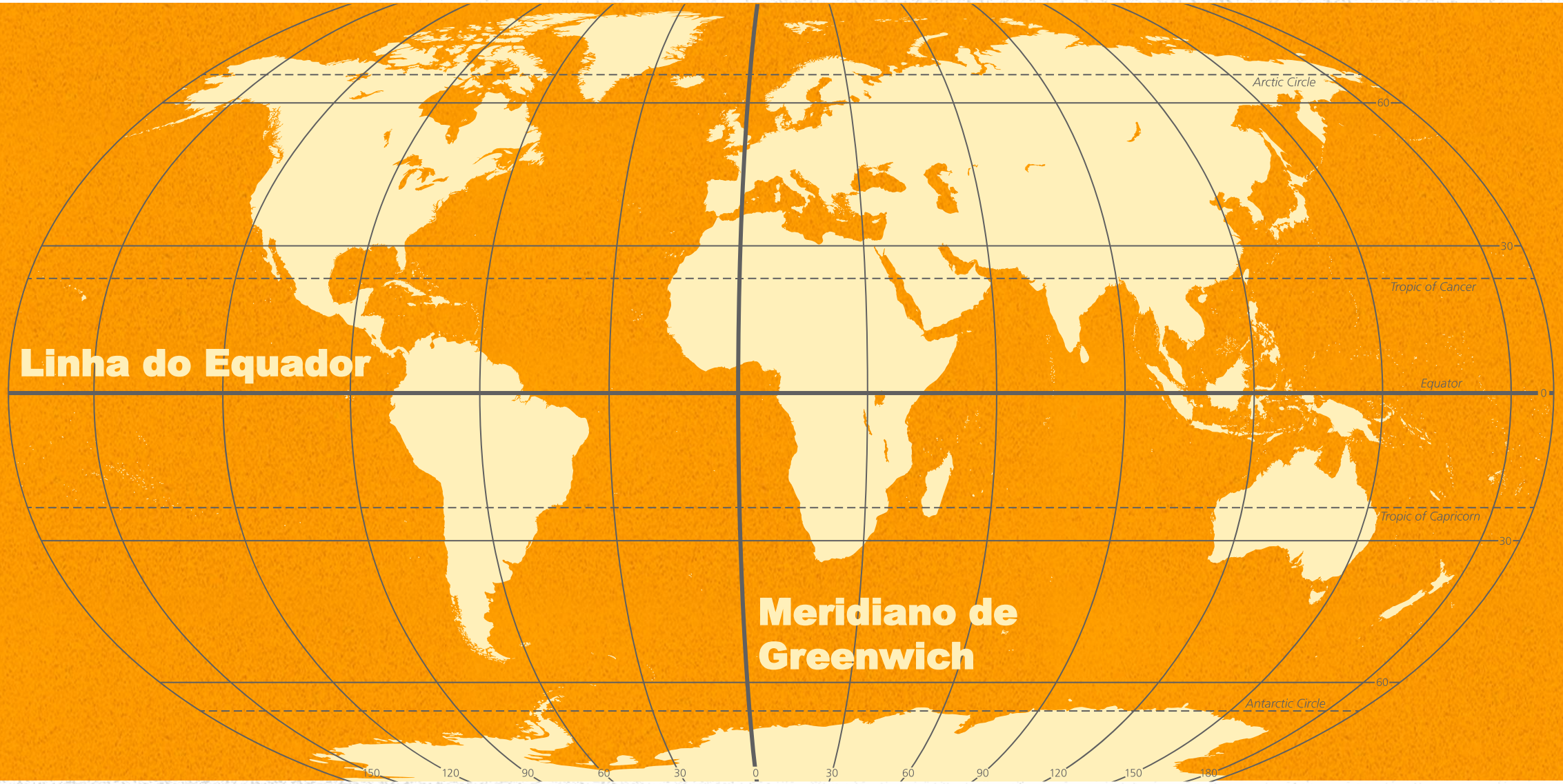

Poliedro
Curso

Complete

02

COORDENADAS GEOGRÁFICAS

Quando se cruza uma _____latitude_____ (paralelo) com uma _____longitude_____ (meridiano), encontra-se um _____ponto_____, esse ponto é uma _____Coordenada geográfica_____ e identifica qualquer "lugar" sobre a superfície terrestre.

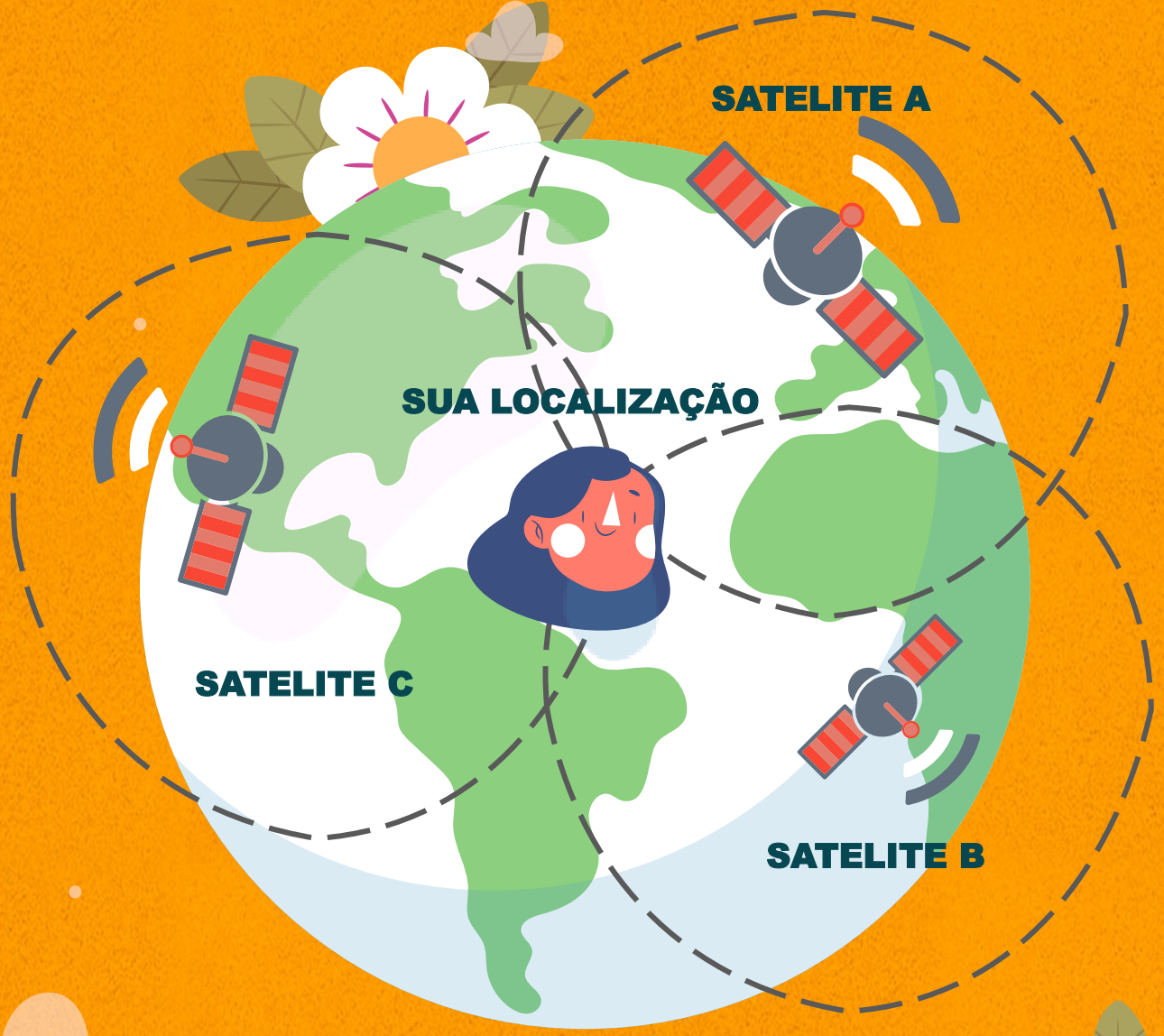
SATELITE A
SUA LOCALIZAÇÃO
SATELITE C
SATELITE B

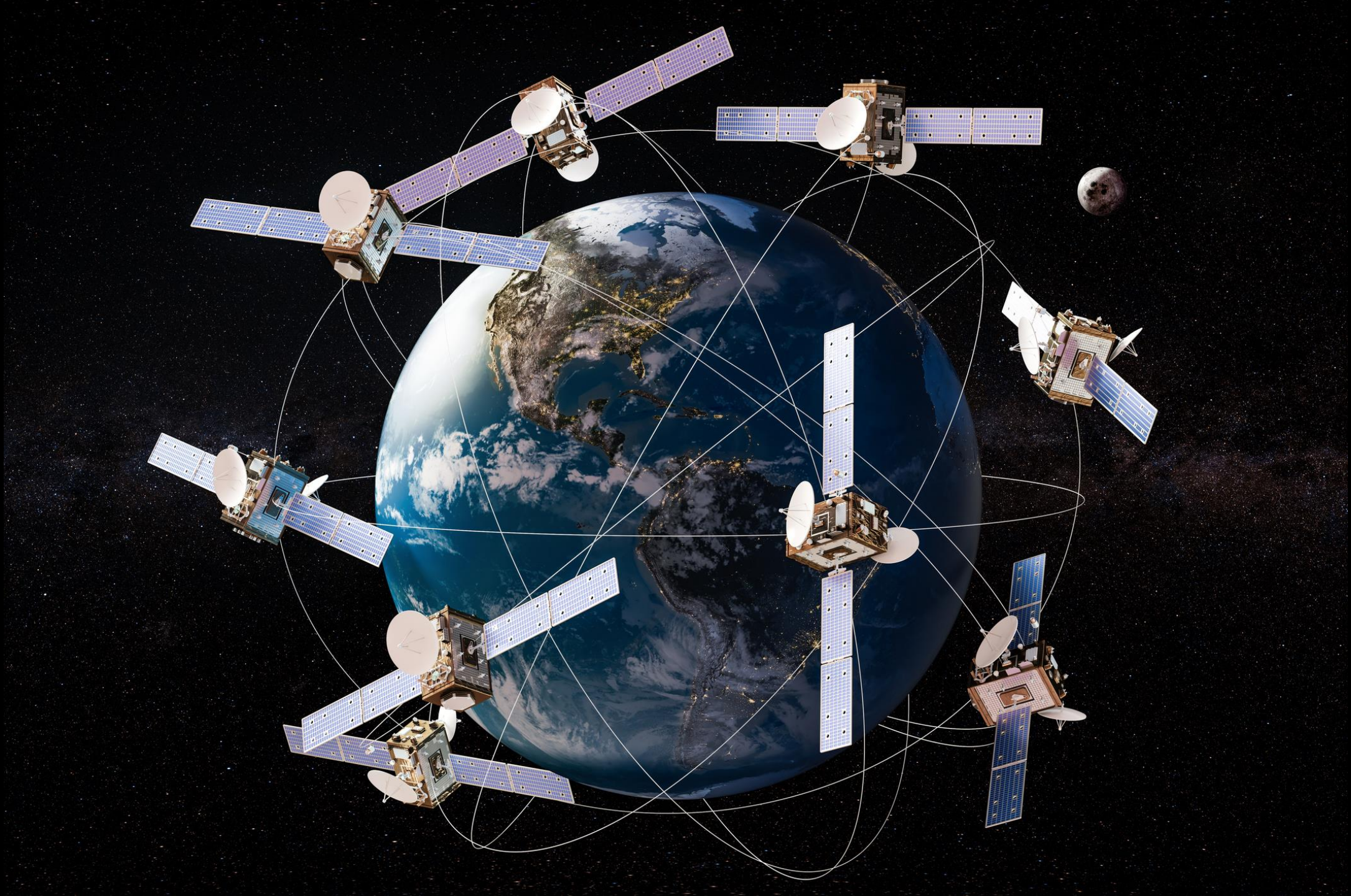

Desafio

DESAFIO

A linha internacional de mudança de data é uma linha imaginária posicionada próximo ao meridiano de 180º ou diametralmente oposta ao meridiano de Greenwich, cortando o Oceano Pacífico. Uma característica dessa linha está na sua forma irregular, o que evita que um país tenha a mesma hora e dias diferentes, conforme ilustra a figura a seguir:



A PARTIR DA LEITURA DO ENUNCIADO E DA ANÁLISE DA ILUSTRAÇÃO, PODEMOS CONCLUIR QUE:

Poliedro
Curso

A) Um navio que parte do Japão em direção à costa oeste dos Estados Unidos, ao cruzar a linha internacional de datas, terá que notificar em seus registros que pulou um dia no calendário civil oficial.

B) Cruzeiros turísticos podem antecipar a comemoração do Réveillon, ao cruzarem a linha internacional de datas na noite do dia 30 de dezembro, desde que este deslocamento se dê no sentido oeste.

C) Um navio que parte da costa oeste dos Estados Unidos em direção ao Japão, ao cruzar a linha internacional de datas, terá que notificar em seus registros que atrasou um dia no calendário civil oficial.

D) Cruzeiros turísticos podem antecipar a comemoração do Réveillon, ao cruzarem a linha internacional de datas na noite do dia 30 de dezembro, desde que esse deslocamento se dê no sentido leste.

(Adaptado de Paulo Márcio Leal de Menezes e Manoel do Couto Fernandes, Roteiros de Cartografia. São Paulo: Oficina de Textos, 2013. p. 113.)

Poliedro Curso

Flws

Poliedro
Curso

Aviso de confidencialidade: conteúdo de propriedade intelectual do Poliedro Educação e suas unidades de negócios. Não deve ser copiado, compartilhado ou reproduzido sem o consentimento e autorização formal do Poliedro.