TAREFA: Lista 1

Pontos cardeais, colaterais e subcolaterais:

São utilizados nos deslocamentos na superfície terrestre e para a localização relativa de objetos, lugares e pessoas. São eles: norte, sul, leste e oeste. Pontos colaterais são pontos intermediários que ficam entre os pontos cardeais. São eles: nordeste (NE), sudeste (SE), sudoeste (SO), noroeste (NO). "Pontos subcolaterais providenciam um posicionamento ainda mais acurado do que os pontos cardeais e colaterais. Eles se localizam entre os pontos colaterais e os cardeais, e são em número de oito: norte-nordeste (NNE), lés-nordeste (ENE), lés-sudeste (ESE), sul-sudeste (SSE), sul-sudoeste (SSO), oés-sudoeste (OSO), oés-noroeste (ONO), nor-noroeste (NNO)."

Sinônimos dos Pontos Cardeais:

Pólos Geográficos:

A rotação da Terra acontece em torno de um eixo perpendicular ao plano do Equador. Os Pólos Norte e Sul geográficos são os pontos em que o eixo passa pelas extremidades do planeta. Esses pontos servem de referência para os paralelos e meridianos terrestres.

Pólos astronômicos ou celestes:

Os astros se movem no céu, nascendo a leste e se pondo a oeste. Isso causa a impressão de que a esfera celeste está girando de leste para oeste, em torno de um eixo imaginário, que intercepta a esfera em dois pontos fixos: os Pólos Celestes.

- Na verdade, esse movimento, chamado movimento diurno dos astros, é um reflexo do movimento de rotação da Terra, que se faz de oeste para leste.
- O eixo de rotação da esfera celeste é o prolongamento do eixo de rotação da Terra, e os pólos celestes são as projeções, no céu, dos pólos terrestres.
- A constelação do “Cruzeiro do Sul”, polo astronômico ou celeste.

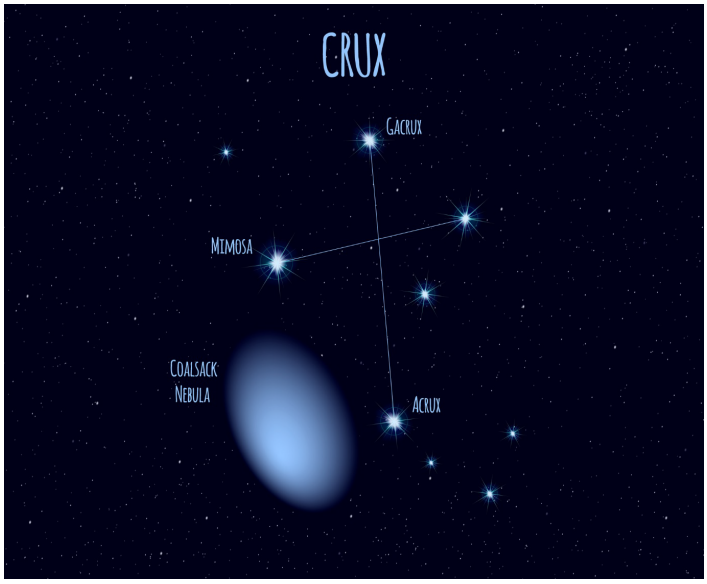

Aviso Legal: Os materiais e conteúdos disponibilizados pelo Poliedro são protegidos por direitos de propriedade intelectual (Lei nº 9.610/1998). É vedada a utilização para fins comerciais, bem como a cessão dos materiais a terceiros, a título gratuito ou não, sob pena de responsabilização civil e criminal nos termos da legislação aplicável.

Pólos magnéticos:

Em virtude de seu núcleo constituído de ferro e níquel energizado, o Planeta Terra atua como um gigantesco ímã, de forma que os Polos Magnéticos da Terra correspondem aos locais da superfície terrestre para onde as linhas de indução magnética partem e convergem. No Planeta Terra o pólo norte magnético está localizado próximo ao polo sul geográfico e o polo sul magnético, para onde as linhas de indução convergem, está localizado próximo polo norte geográfico.

Ou seja, existe uma inversão entre os polos magnéticos e geográficos. O hemisfério norte foi assim denominado por razões históricas, sem qualquer relação com o campo magnético da Terra. Como a agulha imantada de uma bússola aponta sempre para onde convergem as linhas

de indução desse campo magnético, ou seja, para o polo norte geográfico e polo sul magnético, é comum ouvirmos dizer que existem dois nortes: o geográfico e o magnético. Mas, na verdade, quando nos referimos ao "norte" apontado pela agulha de uma bússola estamos nos referindo ao polo sul do campo magnético da Terra. Diferente dos polos geográficos, que são fixos, os polos magnéticos da Terra estão se movimentando constantemente. Os cientistas acreditam que o fenômeno esteja ligado ao próprio movimento do núcleo externo, responsável por criar o campo magnético da Terra. Como os sistemas de geolocalização orientam-se pelos polos magnéticos, é necessário monitorar as alterações na localização dos polos. Atualmente, o polo sul tem caminhado em média 55 km por ano, indo do Canadá onde encontrase atualmente – em direção a Sibéria, na Rússia.

Complete 1:

Os pólos _____ são encontrados pela bússola, no entanto os pólos astronômicos são determinados pelo eixo da Terra, no hemisfério sul, temos, o _____ e no hemisfério norte temos, a _____. Já os pólos _____ são a localização dos pólos Norte e Sul.

Complete 2:

ESTAÇÕES DO ANO:

Os _____ (primavera e outono) marcam a época do ano em que os raios solares incidem perpendicularmente sobre a linha do _____, os hemisférios norte e sul passam a ter a mesma iluminação e os dias têm a _____ duração que a noite, 12 horas cada um. Os _____ (verão e inverno) marcam a época do ano em que os raios solares incidem perpendicularmente nos _____ (21 de junho no Trópico de _____ e no dia 21 de dezembro no Trópico de _____). No verão, quanto maior a distância da linha do Equador, _____ serão os dias e _____ serão as noites, chegando-se ao máximo nos pólos quando ocorrerá o dia de 24 horas (conhecido como "_____"). Já no inverno, quanto maior a distância da linha do Equador, _____ serão os dias e _____ serão as noites, chegando-se ao máximo nos pólos quando ocorrerá a noite de 24 horas (conhecido como "_____").

Linhas Imaginárias:

Horizontais, Paralelos, Latitude:

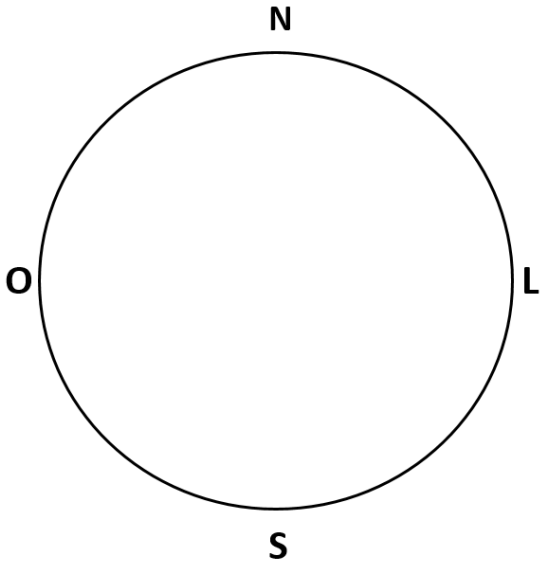

Aviso Legal: Os materiais e conteúdos disponibilizados pelo Poliedro são protegidos por direitos de propriedade intelectual (Lei nº 9.610/1998). É vedada a utilização para fins comerciais, bem como a cessão dos materiais a terceiros, a título gratuito ou não, sob pena de responsabilização civil e criminal nos termos da legislação aplicável.

Latitude:

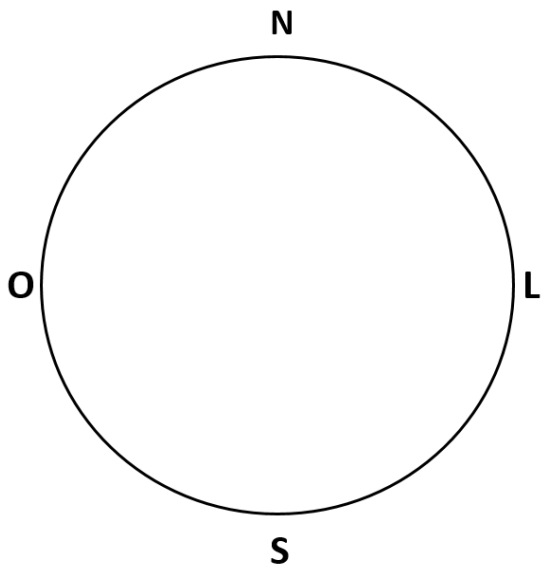

DESAFIO

A personagem Mafalda, que está em Buenos Aires, olha o globo em que o Norte está para cima e afirma: “a gente está de cabeça pra baixo”. Quem olha para o céu noturno dessa posição geográfica não vê a estrela Polar, referência do polo astronômico Norte, e sim o Cruzeiro do Sul, referência do polo astronômico Sul. Se os polos do globo de Mafalda estivessem posicionados de acordo com os polos astronômicos, ou seja, o polo geográfico Sul apontando para o polo astronômico Sul, seria correto afirmar que:

(A) O Norte do globo estaria para cima, o Sul para baixo e Mafalda estaria realmente de cabeça para baixo.

(B) O Norte do globo estaria para cima e o Sul para baixo, mas Mafalda não estaria de cabeça para baixo por causa da gravidade.

(C) O Norte do globo estaria para cima, o Sul para baixo, e quem estaria de cabeça para baixo seriam os habitantes do hemisfério norte.

(D) O Sul do globo estaria para cima e o Norte para baixo, mas Mafalda estaria de cabeça para baixo por causa da gravidade.

(E) O Sul do globo estaria para cima, o Norte para baixo e Mafalda não teria razão em afirmar que está de cabeça para baixo.

Legenda para aula de Geo/Cris:

Caneta vermelha:
Destaque (maior importância)

Caneta marca texto:
Grande destaque (imediatamente abaixo da vermelha) pode ter a cor amarela, laranja, verde ou roxo.

Caneta azul:
Importância abaixo da marca texto, aprofundamento

Caneta preta ou lápis:
(Neutro, comentários, apontamentos)

* asterisco vermelho:
tema em destaque

* asterisco marca texto:
Tudo sobre a cidade e o Estado de SP

Aviso Legal: Os materiais e conteúdos disponibilizados pelo Poliedro são protegidos por direitos de propriedade intelectual (Lei nº 9.610/1998). É vedada a utilização para fins comerciais, bem como a cessão dos materiais a terceiros, a título gratuito ou não, sob pena de responsabilização civil e criminal nos termos da legislação aplicável.