Número de elementos da União A ∪ B

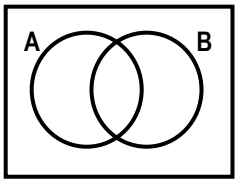

$n(A \cup B) =$

Conjuntos	Nº de elementos
$A = \{1,2,3,4\}$	
$B = \{3,4,5,6,7\}$	
$A \cap B =$	
$A \cup B =$	

1) Num grupo de pessoas sabemos que 12 frequentam academia, 8, caminhada e 3 deles praticam as duas atividades. Além disso, há outros 2 que não fazem nenhuma atividade esportiva. Quantas pessoas há nesse grupo?

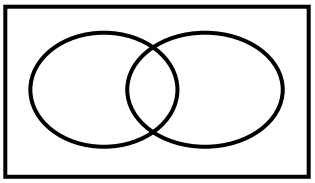

2) Pela manhã, uma lanchonete está servindo 20 pessoas. 10 delas estão tomando café, 7 estão comendo pão com manteiga e 6 estão consumindo outros produtos. Quantas pessoas estão tomando café **e** comendo pão com manteiga?

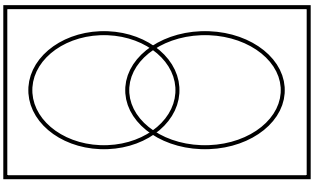

3) Num grupo de 50 pessoas há 30 homens, 12 mulheres estrangeiras e 35 pessoas brasileiras. Quantos homens são brasileiros?

4) Numa classe de 30 alunos, 16 gostam de matemática e 20, de história. O número de alunos que gostam de matemática e de História é:

a) exatamente 16
b) exatamente 10
c) no máximo 6
d) no mínimo 6
e) exatamente 18

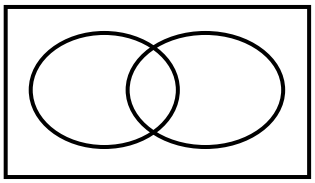

Número de elementos da União A ∪ B ∪ C

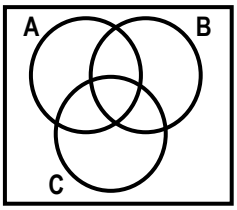

$n(A \cup B \cup C) =$

5) O aniversário de Cláudio foi comemorado num restaurante e foram servidos anchova grelhada, bacalhau ao forno e espetinhos de camarão aos convidados. Os garçons anotaram o que cada um comeu para calcularem o custo do evento:

Aviso Legal: Os materiais e conteúdos disponibilizados pelo Poliedro são protegidos por direitos de propriedade intelectual (Lei nº 9.610/1998). É vedada a utilização para fins comerciais, bem como a cessão dos materiais a terceiros, a título gratuito ou não, sob pena de responsabilização civil e criminal nos termos da legislação aplicável.

- 11 comeram anchova
- 10 comeram bacalhau
- 8 comeram camarão
- 7 comeram anchova e bacalhau
- 4 comeram anchova e camarão
- 5 comeram bacalhau e camarão
- 3 comeram os três pratos
- 2 não almoçaram

Pergunta-se:
a) Quantos convidados estavam presentes?
b) Quantos comeram anchova ou bacalhau?
c) Quantos não comeram bacalhau?
d) Quantos comeram bacalhau ou camarão, mas não comeram anchova?

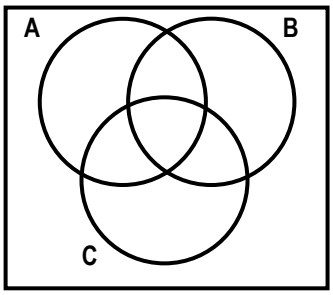

Conjuntos Numéricos

Naturais

Inteiros

Racionais

Irracionais

Reais



6) Assinalar falso ou verdadeiro
a) Todo natural é racional ( )
b) Todo racional é inteiro ( )
c) Todo irracional é real ( )
d) Zero é racional ( )

A reta e os Reais

7) Assinalar falso ou verdadeiro

a) $4 > 1$ ( )
b) $2 < 10$ ( )
c) $\pi > 3{,}14$ ( )
d) $-6 > -7$ ( )
e) $2 \leq 5$ ( )
f) $8 \geq 1$ ( )
g) $3 \leq 3$ ( )
h) $6 \leq 4$ ( )

Intervalos Reais

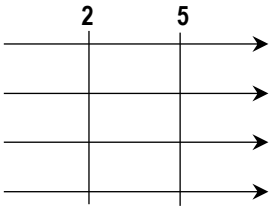

8) Escreva os intervalos como no exemplo:

$$]4{,}9[= \{x \in R | 4 < x < 9\}$$

a) $A =]2{,}6] =$

b) $B = [3{,}8[=$

c) $C = [5{,}7] =$

d) $D = [3, +\infty[=$

9) Sendo $A = [2{,}7]$ e $B = [-3{,}4[$, determine graficamente e represente na forma de intervalo real:



a) $A \cup B =$

b) $A \cap B =$

c) $A - B =$

d) $B - A =$

10) Escrever utilizando colchetes:

a) $\{x \in R | x < 2 \; ou \; x > 6\}$

b) $\{x \in R | 5 \leq x < 8 \; e \; x \neq 7\}$

Tarefa (Livro 1 – Capítulo 1 – página 14)

	Pelo Menos	A mais
Revisando	9	
Propostos	15, 21, 22, 30, 32	26, 29