Imagem da função

1) Determine a imagem da função abaixo

a)

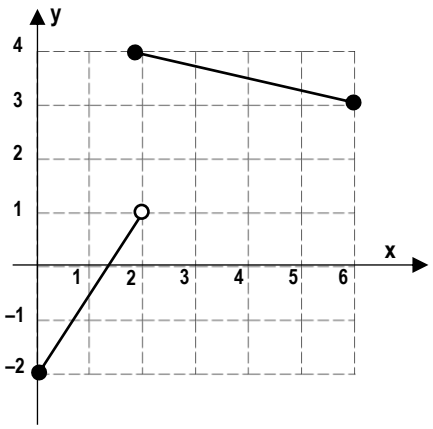

b)

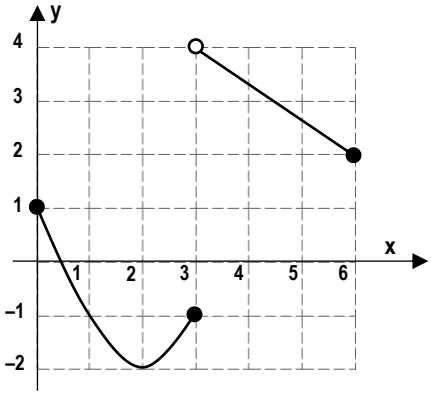

Classificação das Funções

Crescente e Decrescente

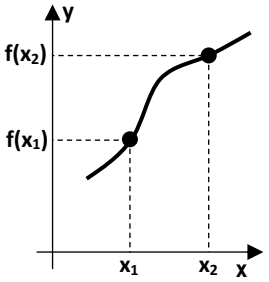

$x_2 > x_1 \Rightarrow$

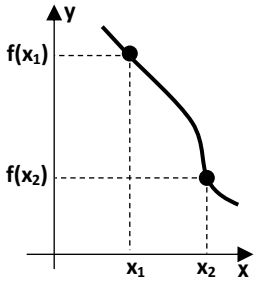

$x_2 > x_1 \Rightarrow$

2) Indique os intervalos em que a função é crescente, decrescente ou constante

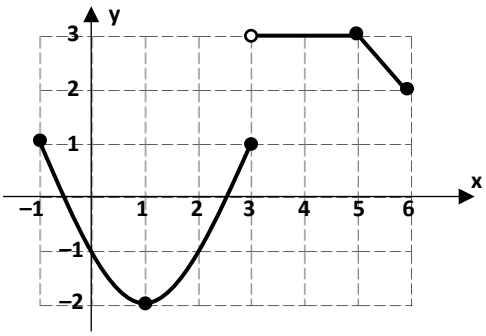

Sobrejetora

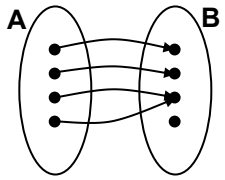

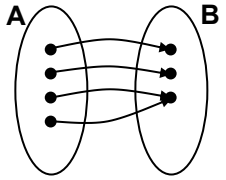

Injetora

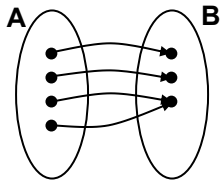

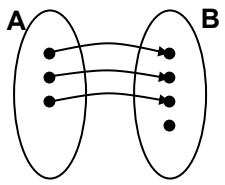

Bijetora

3) Classificar em sobrejetora, injetora e bijetora as funções a seguir
f: [0; 4] → [0; 3]

a)

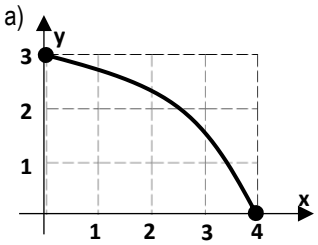

b)

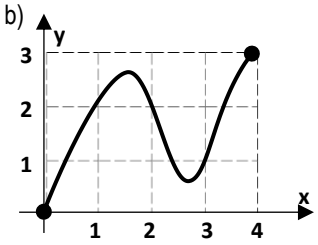

c)

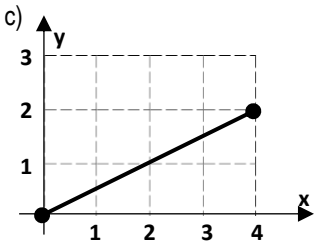

Aviso Legal: Os materiais e conteúdos disponibilizados pelo Poliedro são protegidos por direitos de propriedade intelectual (Lei nº 9.610/1998). É vedada a utilização para fins comerciais, bem como a cessão dos materiais a terceiros, a título gratuito ou não, sob pena de responsabilização civil e criminal nos termos da legislação aplicável.

Função Par	Função Ímpar

4) Complete os gráficos abaixo sabendo que:

a) $f:[-3,3]\to\mathbb{R}$ é par

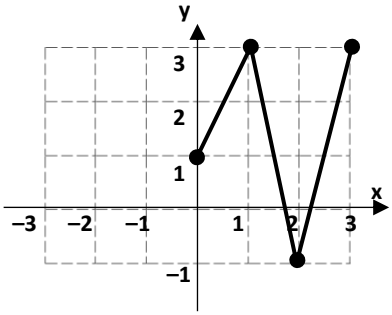

b) $g:[-3,3]\to\mathbb{R}$ é ímpar

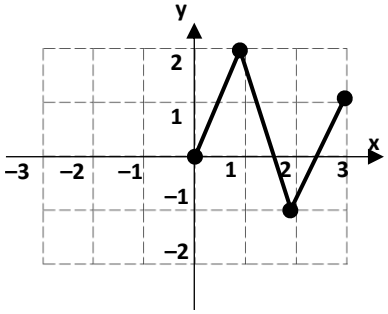

5) Dizer se a função $f:\mathbb{R}^*\to\mathbb{R}$, $f(x)=\dfrac{|3x|}{x^2}$ é par ou ímpar.

Função Periódica

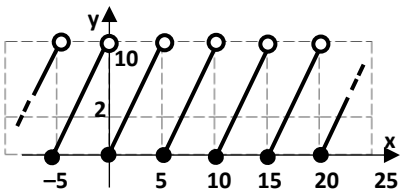

$f(1)=f(6)=$

$f(2)=$

$f(x)=$

6) Dada uma função periódica de período igual a 3 e sabendo que $f(1)=5$, $f(3)=4$ e $f(11)=2$, calcule:

a) $f(4)=$ b) $f(7)=$

c) $f(9)=$ d) $f(8)=$

7) Considere os gráficos das funções $f(x)$ e $g(x)$ abaixo:

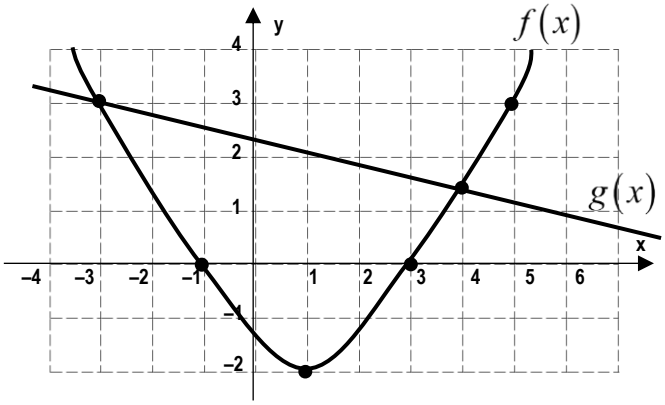

a) Quais as raízes de $f(x)$?

b) Para quais valores de x, $f(x)>0$?

c) Para quais valores de x, $f(x)<0$?

d) Indique os intervalos para $f(x)>3$.

e) Resolva a equação $f(x)=g(x)$.

f) Para quais valores de x, $f(x)<g(x)$?

Tarefa

- Tarefa 04 no HD/Teams
- (Livro 1 – Capítulo 2 – página 30)

	Pelo Menos	A mais
Revisando	4, 9	6, 7
Propostos	25, 30	27